DEPOL ingreso

DIRECCIÓN GENERAL DE LA POLICÍA
DIVISIÓN DE FORMACIÓN Y PERFECCIONAMIENTO
ÁREA DE PROCESOS SELECTIVOS

PROMOCIÓN 39 SIMULACRO REAL 2023 DEPOL

ESCALA BÁSICA DE LA POLICÍA NACIONAL

Convocatoria 39

SIMULACRO REAL

18-03-2023

CUESTIONARIO DE PSICOTÉCNICOS

APELLIDOS Y NOMBRE _____ *D.N.I.* _____

NO PASE LA PÁGINA HASTA QUE SE LE INDIQUE

INSTRUCCIONES

A partir de este momento dispone de **25 MINUTOS.**

Cada pregunta tiene **CUATRO ALTERNATIVAS DE RESPUESTA** de las que **SOLO UNA ES CORRECTA.**

El ejercicio consta de **40 PREGUNTAS** que deberá responder en la **ZONA 2 (DE LA PREGUNTA 1 A LA 50)** de la Hoja de Respuestas A9.

Si lo desea puede hacer anotaciones en el cuadernillo.

Tenga en cuenta que LOS ERRORES PENALIZAN.

1. QUINTILLA es a CINCO como SONETO es a ...

   a) dos b) seis c) doce d) catorce

2. CONSONANTE significa lo mismo que una, y solo una, de las palabras siguientes. Usted debe localizar dicho sinónimo.

   a) vocal b) adecuado c) disonante d) asonante

3. TERCETO es a TRES como PAREADO es a ...

   a) dos b) seis c) doce d) cuatro

4. MEGALÓMANO significa lo mismo que una, y solo una, de las palabras siguientes.

Usted debe localizar dicho sinónimo.

   a) jactancioso b) musicólogo c) mecenas d) diletante

5. El 23% de 284 es:

   a) 12,34 b) 6,53 c) 65,32 d) 123

6. Averiguar cómo continua la serie: a, b, 81, d, e, 64, g, h, 49, ¿?

   a) 36 b) k c) j d) i

7. ¿Qué cifra continúa la serie? 12, 15, 19, 23, 28, 33, 39, ...

   a) 41 b) 43 c) 44 d) 45

   Basándose en los datos de la tabla resuelva las siguientes 4 preguntas:

6	8	15	19
7	5	12	22
31	33	3	9
14	2	22	12

8. Hallar el resultado de multiplicar el mayor número de la segunda columna por el menornúmero de la primera fila.

   a) 189 b) 891 c) 198 d) 168

9. Hallar el resultado de multiplicar la suma de todos los números pares por la suma de todoslos números impares.

a) 11854 b) 11956 c) 12112 d) 11946

10. Hallar el resultado de restar los dos números que aparecen dos veces en la tabla.

a) 12 b) 10 c) 8 d) 4

11. Hallar el resultado de restar la suma de los pares de las dos últimas filas menos losimpares de las dos primeras filas.

a) 4 b) 10 c) 2 d) 8

12. ¿Cuál es el número cuya mitad excede en uno al doble de tres?

a) 12 b) 13 c) 14 d) 1

13. Usted tiene 30 monedas, se apuesta todo y recupera la apuesta más 60 monedas, se gastaun tercio del total en un regalo, 10 en un taxi y el diez por ciento del resto lo da de propina. ¿Cuánto le queda?

a) 45 b) 40 c) 35 d) 50

14. El camión negro gasta más gasolina que el rojo, el camión morado consume igual que elnegro y el camión naranja gasta más que el negro. Por tanto, el camión rojo consume:

a) Más gasolina que el morado.
b) Menos que el morado pero más que el negro.
c) Menos que el naranja pero más que el morado.
d) Ninguna de las anteriores alternativas es correcta.

15. ...es a MES como SEMESTRE es a ...

a) SEMANA – AÑO
b) SEMANA – TRIMESTRE
c) TRIMESTRE – DÍA
d) QUINCENA – AÑO

16. Si 20 hombres pueden cavar cuarenta hoyos en 60 días, ¿Cuánto tardarán en cavar 20hoyos 10 hombres?

a) 60 días.
b) 30 días.
c) 18 días.
d) 20 días.

17. Si 50 kilogramos de patatas, al cabo de 6 meses, se reducen a 40 kilogramos. ¿Cuántoskilogramos pesarán 2000 Kg? de patatas después de pasar el mismo tiempo?

a) 1200.
b) 8000.
c) 1400.
d) 1600.

18. Si Vd. compra un artículo, cuyo precio es de 1200 euros, y únicamente paga 1080 Euros. ¿Qué descuento le habrán hecho?

a) 12%.
b) 15%.
c) 5%.
d) 10%.

19. La primera figura es un plano desplegado en 2 dimensiones de una imagen tridimensional.

El plano siempre muestra las caras externas de la figura.

¿Cuál de las figuras de la derecha corresponde a la representación bidimensional del plano?

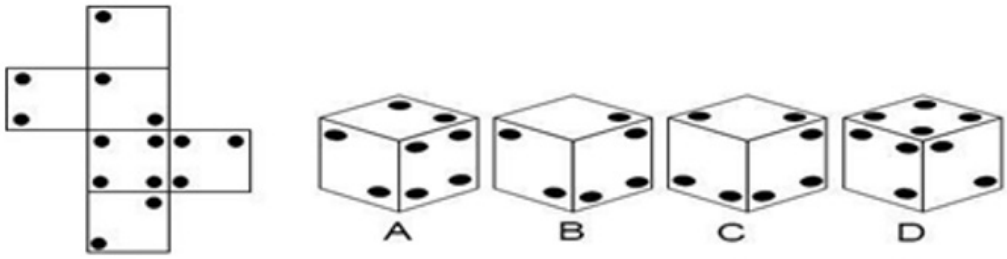

20. ...es a depravado como ... es a separar

a) calumniador-aislar
b) abrumado-ajuntar
c) disoluto-disgregar
d) despreocupado-aliviar

21. El día es a la noche como el ... es al ...

a) azul-negro
b) agua-río
c) blanco-negro
d) luz-fuego

22. Las dos primeras figuras se relacionan de alguna forma entre ellas formando una pareja. Hay una tercera figura para la que se ha de buscar una figura (y solo una), entre lasrespuestas de la derecha y que formará pareja con ella, aplicando la misma relación que existe entre la primera y la segunda figura.

A B C D

23. ¿En qué tanto por ciento se aumentó 11.500 para convertirlo en 12.765?

a) 20%.
b) 21%.
c) 11%.
d) 25%.

24. ... es a izquierda como ... es a derecha

a) estribor-babor
b) proa-popa
c) babor-estribor
d) popa-proa

25. Complete el cuadro en blanco siguiendo la misma lógica que las demás figuras.

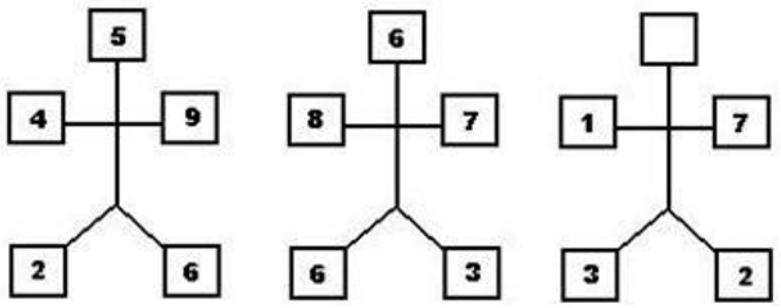

a) 3 b) 9 c) 8 d) 11

26. Complete la serie lógica:

S	P	H	E	U	¿?

a) L b) F c) C d) R

27. El tío de Antonio tiene 5 veces la edad de éste y dentro de 5 años tendrá el triple. ¿Qué edad tiene Antonio?

a) 5
b) 6
c) 3
d) 4

28. Un ciclista sale de Alicante a las 13horas y marcha a 24km/h. A las 17horas sale por la misma carretera otro ciclista que va a 40km/h, ¿Al cabo de cuánto tiempo alcanzaría el segundo al primero?

a) 5 horas
b) 6 horas
c) 3 horas
d) 5 hora y media

29. Si A es igual que C, B es menor que C y D mayor que A, entonces D es:

a) Igual a C b) Menor que C c) Igual que B d) Mayor que B

30. Como se indicaría la palabra SOLAR en una clave secreta, si ROSAL se presenta por mediode los signos x - = : +

a) = - : + x b) = - + x : c) = + - : x d) = - + : x

31. Si Pedro es más joven que Juan y Pedro es más viejo que Luis, entonces Luis es ... que Juan

a) Más joven b) Más viejo c) De la misma edad d) Menos joven

32. Dos bebés gemelos, Pau y Laura, toman su biberón cada 3 y 4 horas respectivamente. Si coincidieron, para desdicha de su madre, a las 9 de la mañana, ¿a qué hora volverán a coincidir?

a) A las 6 de la tarde
b) A las 12 de la noche
c) A las 9 de la noche
d) No coinciden nunca más

33. En un rebaño hay 84 ovejas blancas por cada 100. Si el rebaño tiene 800 ovejas, ¿cuántas no serán blancas?

a) 672
b) 128
c) 84
d) 140

34. La diferencia entre 24 y el número de alumnos en el aula es igual a la diferencia entre tres veces los alumnos y 24. ¿cuántos alumnos hay en el aula?

a) 12
b) 16
c) 8
d) 24

35. En una carrera de caballos, bastante aburrida por cierto, nos entretenemos en contar cabezas y piernas y patas. Si contamos 42 cabezas y 128 entre patas y piernas, ¿cuántos jinetes y caballos había en el momento en que contamos?

a) 21 jinetes y 21 caballos.
b) 22 jinetes y 22 caballos.
c) 24 jinetes y 24 caballos.
d) 20 jinetes y 22 caballos.

36. Queremos distribuir 630 manzanas en dos cajas de modo que una tenga una tercera partemenos que la otra. ¿cuántas manzanas pondremos en la caja que menos contiene?

a) 210
b) 286
c) 252
d) 327

37. La primera figura es un plano desplegado en 2 dimensiones de una imagen tridimensional. El plano siempre muestra las caras externas de la figura.

¿Cuál de las figuras de la derecha corresponde a la representación bidimensional del plano?

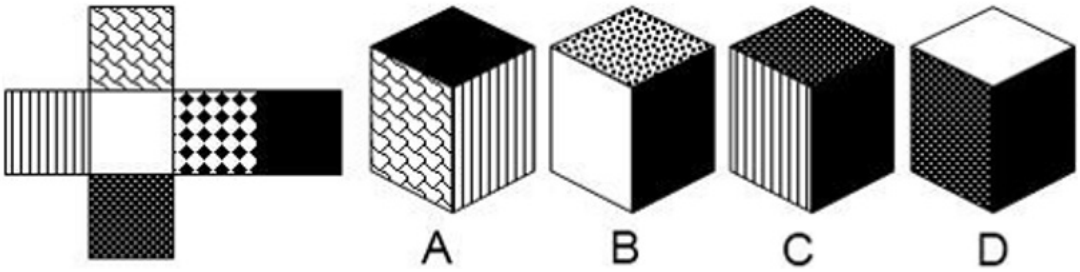

38. Si P es mayor que Q, R es menor que P y O es igual a P entonces:

a) O es menor que R b) O es mayor que P
c) O es mayor que Q d) O es menor que Q

39. Identifica la figura que continúa la secuencia:

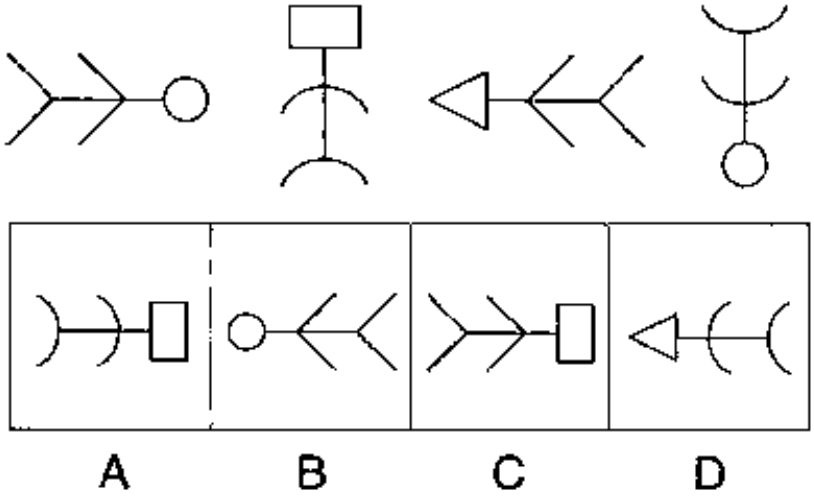

40. Escriba el número que falta:

83	2 27
11	11
38	18

a) 81 b) 34 c) 6 d) 13

Respuestas

1D	2B	3A	4A	5C	6C	7D	8C	9B	10B
11A	12C	13A	14D	15D	16A	17D	18D	19D	20C
21C	22C	23C	24C	25A	26D	27A	28B	29D	30D
31A	32C	33B	34A	35D	36C	37C	38C	39C	40C